DS TW1-2022 Correction

1 Exercice 1

Question 1 :

Parmi les propositions suivantes, lesquelles correspondent à des sélecteurs valides ?

- [x] `p[lang ="fr"]`
- [ ] `img#"=joconde"`
- [x] `article.news , article.pub`
- [ ] `section <p`

FIGURE 1 – Q1

Question 2

On considère les nœuds `p` de l'arbre représenté. Parmi ces nœuds quels sont ceux ciblés par le sélecteur : `section p:nth-of-type(2n)`

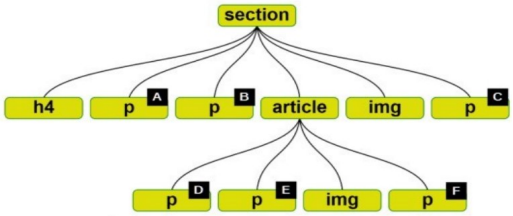

- [ ] A, C
- [ ] B, D, F
- [x] B, E
- [ ] B
- [ ] A, C, E, F

FIGURE 2 – Q2

Question 3

Voici un extrait de code HTML et le code CSS des seules règles définies pour ce code.

```html
<article>
  Voici <strong>deux</strong> très <em>petits</em> paragraphes :
  <p> Le <em>texte</em> du <strong>premier</strong> paragraphe.  </p>
  <p> Le texte du <strong>second</strong> paragraphe.  </p>
</article>
```

```css
strong {
  color : blue;
}
p {
  color : green;
  background-color : yellow;
}
p {
  color : red;
}
```

Parmi les énoncés suivants concernant ce code affiché dans le navigateur avec cette feuille CSS lesquels sont corrects ?

- [ ] Le mot "*paragraphe*" apparaît en vert dans le premier élément `<p>` et en rouge dans le second.
- [ ] Le mot "*paragraphe*" apparaît en vert dans les deux éléments `<p>`.
- [x] Le mot "*paragraphe*" dans les deux éléments `<p>` apparaît en rouge.
- [x] La couleur d'arrière plan des mots "*paragraphe* " des deux éléments `<p>` est jaune.

FIGURE 3 – Q3

Question 4

Le sélecteur `p a[href$=".pdf"]` a pour priorité *(a b c)* :

- [x] 0 1 2
- [ ] 0 2 1
- [ ] 0 3 0
- [ ] 0 0 3

FIGURE 4 – Q4

Question 5

On considère des documents organisés selon la structure de dossiers présentée dans l'image jointe.
Dans les propositions ci-dessous, on indique un fichier contenant un document html et une expression représentant une image écrite dans ce fichier. On suppose que les documents sont tous valides.
Dans quels cas l'image correspondant à l'expression sera-t-elle correctement affichée par un navigateur ?

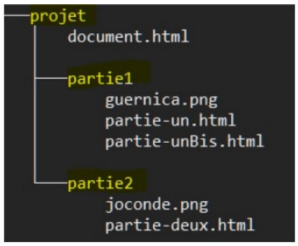

- [ ] Dans le fichier `partie-un.html`, `<img src="/guernica.png" alt="guernica"/>`
- [ ] Dans le fichier `document.html`, `<img src="/partie2/joconde.png" alt="joconde"/>`
- [ ] Dans le fichier `partie-un.html`, `<img src="partie2/joconde.png" alt="joconde"/>`
- [x] Dans le fichier `partie-un.html`, `<img src="guernica.png" alt="guernica"/>`
- [ ] Aucune de ces réponses n'est correcte.

FIGURE 5 – Q5

Question 6

Parmi les propositions de code suivantes, laquelle ou lesquelles permettent d'initialiser la variable `allDivs` avec les éléments de balise `div` contenu dans l'élément d'id `special` ?

Veuillez choisir au moins une réponse :

- [x] a.
```
var allDivs = document.querySelectorAll("#special div");
```
- [x] b.
```
var element = document.getElementById("special");
var allDivs = element.getElementsByTagName("div");
```
- [ ] c.
```
var element = document.getElementById("special");
for(var i = 0; i < allDivs.length; i++) {
 allDivs[i] = document.getElementsByTagName("div");
}
```
- [ ] d.
```
var allDivs = document.getElementsByTagName("#special div");
```

FIGURE 6 – Q6

2 Exercice 2

voir `batch/scripts/detection.js`

3 Exercice 3

Q1) voir Arbre DOM

Q2)

```
div#test{
    margin-top: 100px;
    width: 200px;
    height: 100px;
    border:11px solid black;
}
```

Q3)

- s1 : `div#info li>span.dimension` **(1 1 3)**
- s2 : `div h2:first-child` **(0 1 2)**

Q4) voir `bacasable/scripts.js` fonction **setupListeners**

Q5)

- **1)** voir `bacasable/scripts.js` fonction **changeWidth**
- **2)**
- *instruction 1* : on récupére le premier élément `span` de classe `dimension` du document et on l'affecte à une variable `span`
- *instruction 2* : le contenu textuel de l'élément précédent devient égal à la concaténation de la valeur de `width` (le paramètre de la fonction) et de la chaîne de caratères `px`

Q6) voir `bacasable/scripts.js` fonction **setColor**

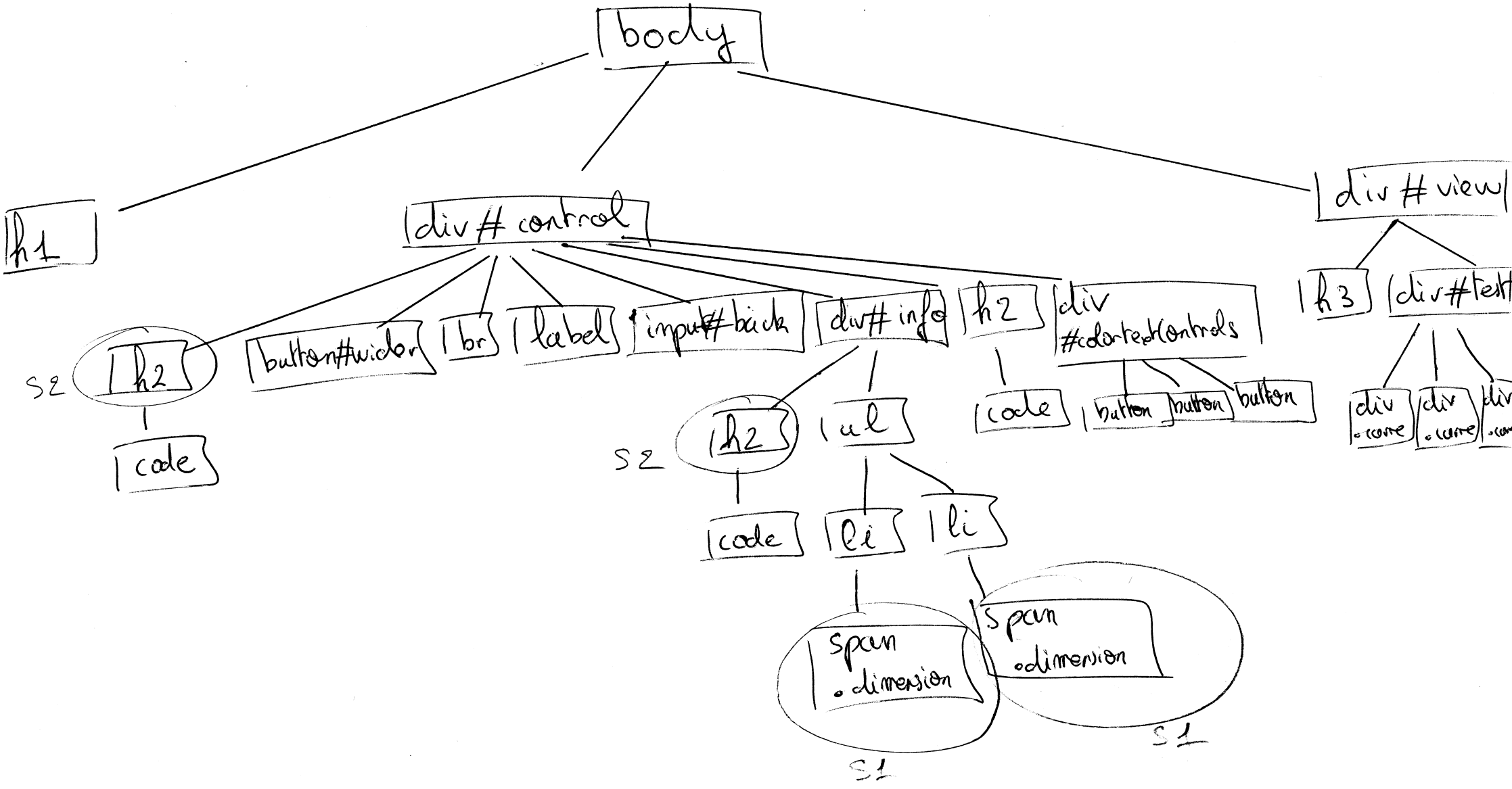

d3)

S1 : div#info li ~ span.dimension

S2 : div h2:first-child